桃園市蘆竹區大華國小 113 學年度下學期五年級數學 期中評量試卷

班級　　座號　　姓名

壹、 選擇題-:(每題 2 分。共 20 分):

1. (　　)對於體積的計算，下列哪一個是正確的？
   ①正方體體積＝邊長+邊長+邊長
   ②正方體體積＝邊長×12
   ③長方體體積＝長×寬×高
   ④長方體體積＝(長＋寬)×高÷2
2. (　　)一個正方體每邊長增加為原來的 5 倍，體積增加為原來的幾倍？
   ①625 倍　②125 倍　③25 倍　④5 倍
3. (　　)拉達的體重是烈雀的$\frac{3}{5}$倍，六尾的體重是烈雀$\frac{6}{5}$的倍，誰的體重最重？
   ①拉達　②烈雀　③六尾　④無法比較
4. (　　)下面哪一個選項算出來的結果與「$\frac{17}{3}\div 6$」相同？
   ①$\frac{17}{3}\times 6$　②$\frac{17}{3}\div\frac{1}{6}$　③$\frac{17}{3}\times\frac{1}{6}$　④$\frac{17}{3}\times\frac{6}{1}$
5. (　　)有一個容器的容積是 16000 立方公分，它可以裝滿幾毫升的水？
   ①16 毫升　②160 毫升
   ③1600 毫升　④16000 毫升
6. (　　)一個長方體容器，內部剛好可裝 12 個每邊長 2 公分的正方體積木，這個長方體容器的容積為多少立方公分？
   ①96 立方公分　②48 立方公分
   ③24 立方公分　④12 立方公分
7. (　　) 0.005 的 1000 倍是多少？
   ①0.005　②0.05　③0.5　④5
8. (　　)一罐茶葉重 0.5 公斤，老闆把 6 罐相同的茶葉裝在一個重 0.5 公斤的禮盒裡，這個茶葉禮盒共重幾公斤？
   ①1 公斤　②1.5 公斤　③3 公斤　④3.5 公斤
9. (　　)十億是幾位數？
   ①10 位數　②11 位數　③12 位數　④13 位數
10. (　　)「三十九兆零九十五萬」用阿拉伯數字記作什麼？
   ①390000000950000　②39000000950000
   ③39000000095000　④39000009500000

貳、 在□裡填入＞、＜或＝-:(每題 2 分。共 12 分):

1. $\frac{6}{5}\times 1\frac{7}{11}$ □ $\frac{6}{5}$
2. $\frac{5}{9}\times\frac{15}{15}$ □ $\frac{5}{9}$
3. 60009 立方公分 □ 6 公升 9 毫升
4. 100000 毫升 □ 1 立方公尺
5. 5.336 □ 5.336×2.1
6. 10×5＋1×5＋0.1×5 □ 5.55

參、 填填看-:(每格 1 分。共 18 分):

1. 把六個 1 立方公尺的箱子排在一起，成為一個長方體。它的體積是(　　)立方公尺。
2. 下面哪一個形體的體積最大? (　　)

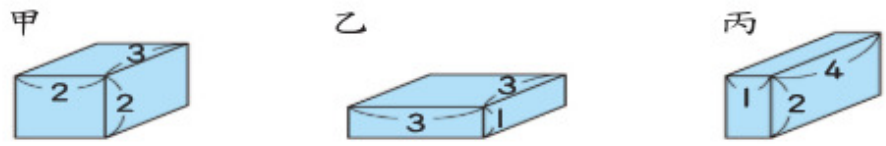

3. 榴槤 1 公斤賣 500 元，買$\frac{2}{3}$公斤的榴槤，付 500 元夠不夠？(　　)
4. 雪妖女、伊布、暴雪王個別速度能力比較，雪妖女的速度為伊布的$\frac{8}{7}$倍，伊布的速度為暴雪王的$\frac{1}{2}$倍，按照他們速度的由快到慢，用姓名寫下來。
   (　　)>(　　) > (　　)
5. 2090 立方公分＝(　　)公升(　　)毫升
6. 水塔的容積是 17200000 立方公分，最多可以裝(　　)立方公尺的水，也就是(　　)度的用水量。
7. 33×145＝4785
   330×145＝(　　)
   3.30×1.45＝(　　)
   0.33×145＝(　　)
8. 最小的 12 位數是多少？

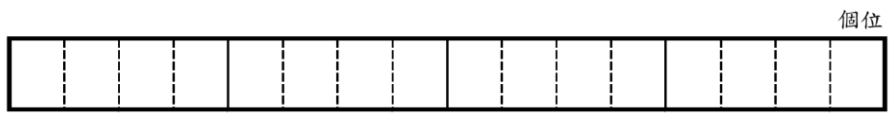

9. 500 萬的 1000 倍是讀作(　　)。(寫國字)
10. (1)413127 中，萬位的 1 是百位 1 的(　　)倍。
    (2)3.333 中，千分位的 3 是十分位 3 的(　　)倍。
11. 用「數的十進位法表示法」記記看
    123.36＝_____

肆、　算算看:(每題 3 分。共 15 分)：

1. $\frac{8}{12}\div 9=$

2. $\frac{6}{3}\times\frac{2}{8}=$

3. $1\times 0.5+6\times\frac{1}{2}=$

4. $120.5\times 10.4=$

5. $0.248\times 2+0.5\times 0.5$

伍、　應用題-:(每題 4 分。共 20 分)：

1. 下圖形體的體積是多少？(單位公分)

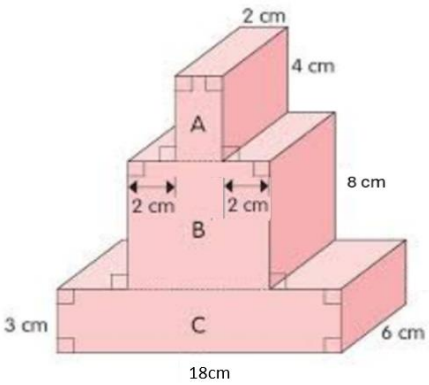

2. 下圖形體的體積是多少？(單位公分)

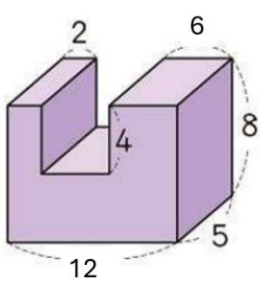

3. 最大的 9 位數和最小的 9 位數相差多少？

4. 在一個裝了 5 條魚的長方體玻璃水族箱，內部長 40 公分、寬 30 公分、水深 15 公分，把 5 條魚撈出水面，水面下降 3 公分，請問 1 條魚的體積是幾立方公分?

5. 學校有一個長 4 公尺、寬 1.5 公尺的長方型和一個邊長為 1 公尺的正方形阿華田菜園，請問這兩個阿華田菜園的面積一共是多少平方公尺?

陸、　生活應用題(每題 3 分。共 15 分)：

1. 靜華老師用厚度 5 公分的木頭做一個有蓋的長方體時光收納盒，外面長 60 公分、寬 40 公分、高 30 公分
   ①請問時光收納盒容積為多少？

   ②時光收納盒埋藏地點在升旗杆左側，靜華老師一步 40 公分的步距須走 8.5 步才可到達，請問時光收納盒埋藏地點到升旗杆距離是多少公尺多少公分？

1. 下表是太陽系八大行星到到太陽的平均距離

行　星	到太陽的平均距離	行　星	到太陽的平均距離
水　星	57910000 公里	木　星	778340000 公里
金　星	108210000 公里	土　星	1426670000 公里
地　球	149600000 公里	天王星	2870660000 公里
火　星	227940000 公里	海王星	4498400000 公里

1. 請問距離太陽最遠的行星是哪一個並把讀法記下來

   _____

2. 請問距離地球最近的行星是哪一個?

   _____

3. 請問八大行星到到太陽的平均距離超過一億公里以上的行星有幾顆?

   _____