高雄市永安國小113學年度下學期五年級數學領域期中評量

五年____班____號　姓名：_____

一、是非題：每題2分，共12分

(　　) 1. 半徑相同時，圓心角的度數越大，扇形面積會越大。

(　　) 2. 將圓規張開和扇形的一邊等長，畫出的弧會跟扇形的弧重疊。

(　　) 3. 邊長 1000 公分的正方體，體積是 1 立方公尺。

(　　) 4. 在小數除法中，被除數除以 100，商是把被除數的小數點向右移二位。

(　　) 5. 在計算分數乘以分數的算式中，如果遇到帶分數，可以把帶分數換成假分數，再將分子和分母交叉相乘即可求出答案。

(　　) 6. 扇形的圓心角度數不可大於 360 度。

二、選擇題：每題2分，共10分

(　　) 1. 下列何者是正確的？

①小數一定可以化成分數

②分數一定可以化成小數

③分數都不可以化成小數

④小數不能化成分數

(　　) 2. 侑縉正在思考 $7\times3\frac{1}{3}$ 此算式的解題過程，下面哪一個選項不是正確的解題方法？① $7\times3+7\times\frac{1}{3}$　② $7\times\frac{10}{3}=7\div3\times10$

③ $7\times\frac{10}{3}=7\times\frac{1}{3}\times10$　④ $7\times\frac{10}{3}=\frac{7\times10}{7\times3}$。

(　　) 3. 有一個長方體木箱的長 4 公尺、寬 50 公分、高 2 公尺，體積是

①400 立方公分　②400 立方公尺

③4 立方公尺　④40 立方公尺。

(　　) 4. 38.2×0.9 的答案和下面哪一個算式的答案一樣？　① 0.382×9　② 3.82×0.9　③ 3.82×9　④ 382×0.009。

(　　) 5. 轉動圓形板，當兩條半徑重疊時，圓心角是多少度？①60 度　②90 度　③180 度　④360 度

三、填填看：每答 2 分，共 16 分

1. 圓心角 72°的扇形是幾分之幾圓？(　　) 圓

2. $\frac{5}{6}$圓的圓心角是幾度？(　　) 度

3. 6.085×◎＝6085，◎＝(　　)。

4.量量看，塗色扇形的圓心角是幾度？

(　　)度

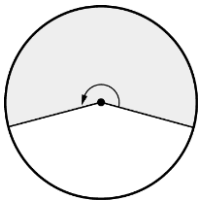

5. 把分數換成小數：

(1) $\frac{11}{4}$ ＝(　　)　(2) $\frac{5}{8}$＝(　　)

6. 已知 95×25＝2375，求出下面各題的積：

(1) 950 × 0.25＝(　　)

(2) 9500 × 2.5＝(　　)

四、勾選題：每答2分，共12分

1. 以下是永安國小校園內常見場的物品，比 1 立方公尺大的，在□裡打✓；比 1 立方公尺小的，在□裡打×。

(1)□總務處的雙層冰箱(2)□教室內的冷氣機

(3)□電腦螢幕　(4)□垃圾子母車

(5)□午餐湯桶　(6)□運送食材的貨車

五 、連連看：每題 2 分，共 8 分

①
10 公斤的米，每 3 公斤裝一袋，可分裝成幾袋？ •

②
由 10 個人平分 3 包巧克力，每個人可得幾包巧克力？ •

③
10÷3 •

④
3÷10 •

• $3\frac{1}{3}$

• $\frac{3}{10}$

六、填入＞、＜或＝：每題 2 分，共 8 分

(1) $\frac{14}{15}$ □ $\frac{14}{15}\times\frac{14}{15}$　(2) 0.007 □ $\frac{7}{100}$

(3) 0.6 ×1.99□ 1.99　(4) 56.25×0.98 □ 56.25

七、計算題：每題3分，共18分

1. 寫出直式算算看：(答案用小數表示)

⑴ 9÷500　　⑵ 35.36÷17

2. 44×6.02　　3. $2\frac{2}{7}\div4$

4. 算出下面形體的體積是多少立方公分？

⑴

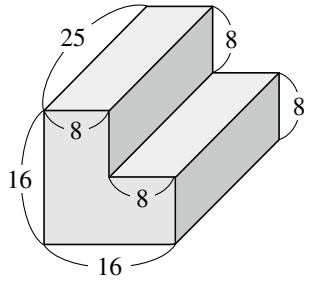

(單位：公分)

⑵

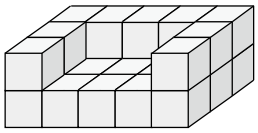

八、應用題：每題4分、共16分

1. 侑容媽媽煮了一壺 5.95 公升新口味的果香紅茶，請五年忠班 17 位學生試喝，平均一個學生可以喝幾公升 ？(答案用小數表示)

2. 阿海伯在永安區有 1 塊休閒魚塭園區，他用$\frac{12}{25}$塊地做為魚塭，再把魚塭的$\frac{5}{8}$用來養殖石斑魚，養殖石斑魚用了多少塊地？

3. 一條金蔥長 0.82 公尺，裝飾寶特瓶加油棒用掉了 9.85 條，共用掉了幾公尺的金蔥？

4. 畫一個半徑 3 公分的圓，在圓上畫出$\frac{3}{8}$圓的扇形，並塗上顏色。